اختبار الدرس الثاني

أ. فهد السلامة (حل معادلات القيمة المطلقة ومتباياناتها) 0790943489

20

جيل 2010

ضع دائرة حول رمز الإجابة الصحيحة علماً أن عدد الأسئلة 10:

1) حل المعادلة الآتية $2|x+3|=8$ هو:

Ⓐ $x=1$

Ⓑ $x=7$

Ⓒ $x=-1 \quad or \quad x=1$

Ⓓ $x=-7 \quad or \quad x=1$

2) حل المتباينة الآتية $|x-6|+4>1$ هو:

Ⓐ R

Ⓑ $(3,9)$

Ⓒ $(3,\infty)$

Ⓓ $(-\infty,9)$

3) حل المتباينة الآتية $|x-3|+6<2$ هو:

Ⓐ R

Ⓑ $\emptyset$


Ⓒ $(7,\infty)$

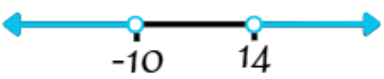
Ⓓ $(-\infty,-1)$

4) المسافة بين عدد و 2 على الأكثر 12.

Ⓐ 

Ⓑ 


Ⓒ 


Ⓓ 

5) تمثيل حل المتباينة $|2x-3|>5$ على خط الأعداد هو:

Ⓐ 


Ⓑ 

Ⓒ 


Ⓓ 

6) تمثيل حل المتباينة $|(x-1)-8| \leq 9$ على خط الأعداد هو:

Ⓐ 

Ⓑ 

Ⓒ 

Ⓓ 

7) حل المعادلة الآتية $|2x-1| = -9$ هو:

Ⓐ $x = -4 \quad or \quad x = 5$

Ⓑ R

Ⓒ $x = 5$

Ⓓ $\emptyset$

8) **فلك** :في أثناء دوران الأرض حول الشمس، يكون متوسط المسافة بينهما 92.95 مليون ميل، ولا يزيد بعدها عن الشمس أو يقلّ عن هذا المتوسط بأكثر من 1.55 مليون ميل خلال العام. أكتبُ متباينة قيمة مطلقة

Ⓐ $|x-92.95| \leq -1.55$

Ⓑ $|x-92.95| \leq 1.55$

Ⓒ $|x-92.95| \geq -1.55$

Ⓓ $|x-92.95| \geq 1.55$

9) استعملت مريم 8 g من مادة كيميائية في تجربة علمية. إذا كان الميزان المخبريّ الذي استعملته مريم يحدّد الكتلة بهامش خطأ لا يتجاوز ± 0.1 g، فأكتب متباينة قيمة مطلقة تحدّد الكتلة الحقيقيّة للمادة التي استعمالتها.

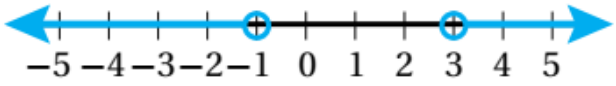
Ⓐ $|x-8| \leq 0.1$

Ⓑ $|x-8| = 0.1$

Ⓒ $|x-8| \geq 0.1$

Ⓓ $|x-8| \leq 1.55$

10) متباينة القيمة المطلقة التي تعبر عن التمثيل الآتي:



Ⓐ $|x-1| < 2$

Ⓑ $|x-1| > 2$

Ⓒ $|x-1| \leq 2$

Ⓓ $|x-1| \geq 2$

1	2	3	4	5	6	7	8	9	10
d	a	b	a	c	c	d	b	a	b

مع تمنياتي لكم بالتوفيق والنجاح

أ. فهد السلامة _ منصة أساس التعليمية